المملكة المغربية
وزارة التربية الوطنية
والتكوين المهني
والتعليم العالي والبحث العلمي

ⵜⴰⴳⵍⴷⵉⵜ ⵏ ⵍⵎⵖⵔⵉⴱ
ⵜⴰⵎⴰⵡⴰⵙⵜ ⵏ ⵓⵙⴳⵎⵉ ⴰⵏⴰⵎⵓⵔ
ⴰⵙⴳⵎⵉ ⴰⵣⵣⴰⵢⵏ ⵏ ⵓⵙⵉⵡⴰⵙ ⴰⵎⴰⵡⴰⵙ ⴰⵏⴰⵎⵓⵔ ⵏ ⵍⵃⵉⵙⴰⴱ ⴰⵎⴰⵡⴰⵙ ⴰⵏⴰⵎⵓⵔ ⵏ ⵍⴱⵃⵉⵜ ⵜⴰⵙⵙⵏⵜⵉⵜ

الأكاديمية الجهوية للتربية و التكوين
جهة درعة تافيلالت

نيابة زاكورة
المؤسسة: ثانوية المسيرة التأهيلية
زاكورة

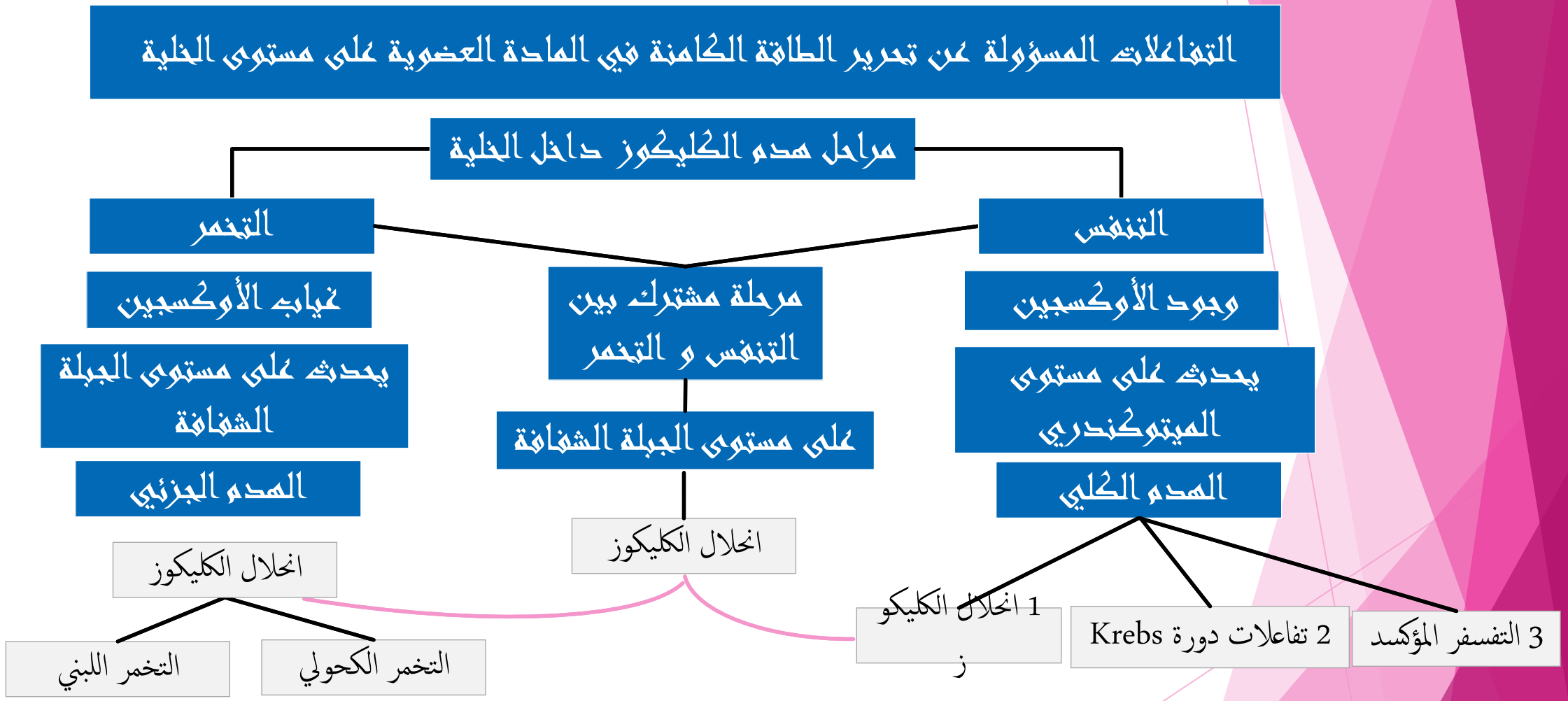
ملخص استهلاك المادة العضوية و إنتاج الطاقة

الثانية باكالوريا علوم الحياة و الارض

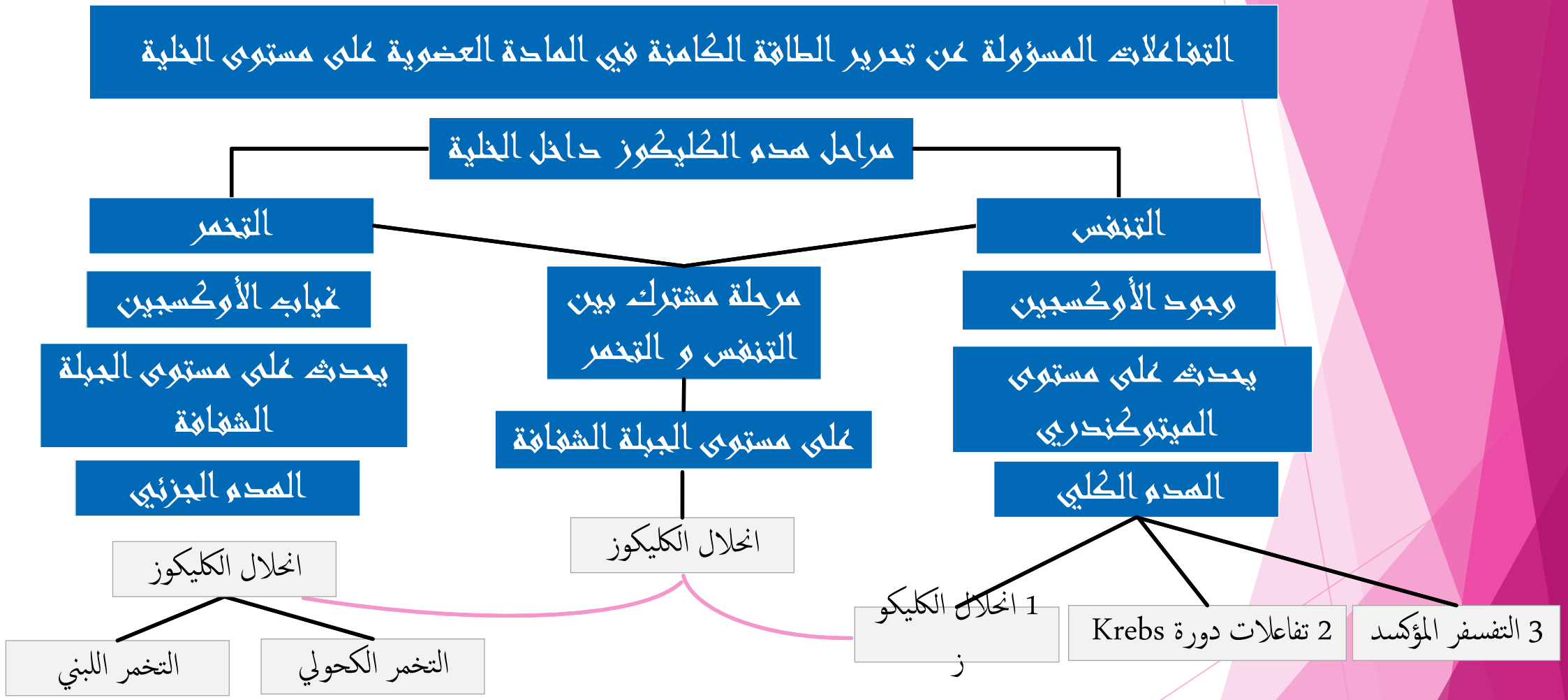
اعداد: ذ. ايت النجار عبد الحق

ثانوية المسيرة التاهيلية

استهلاك المادة العضوية و إنتاج الطاقة

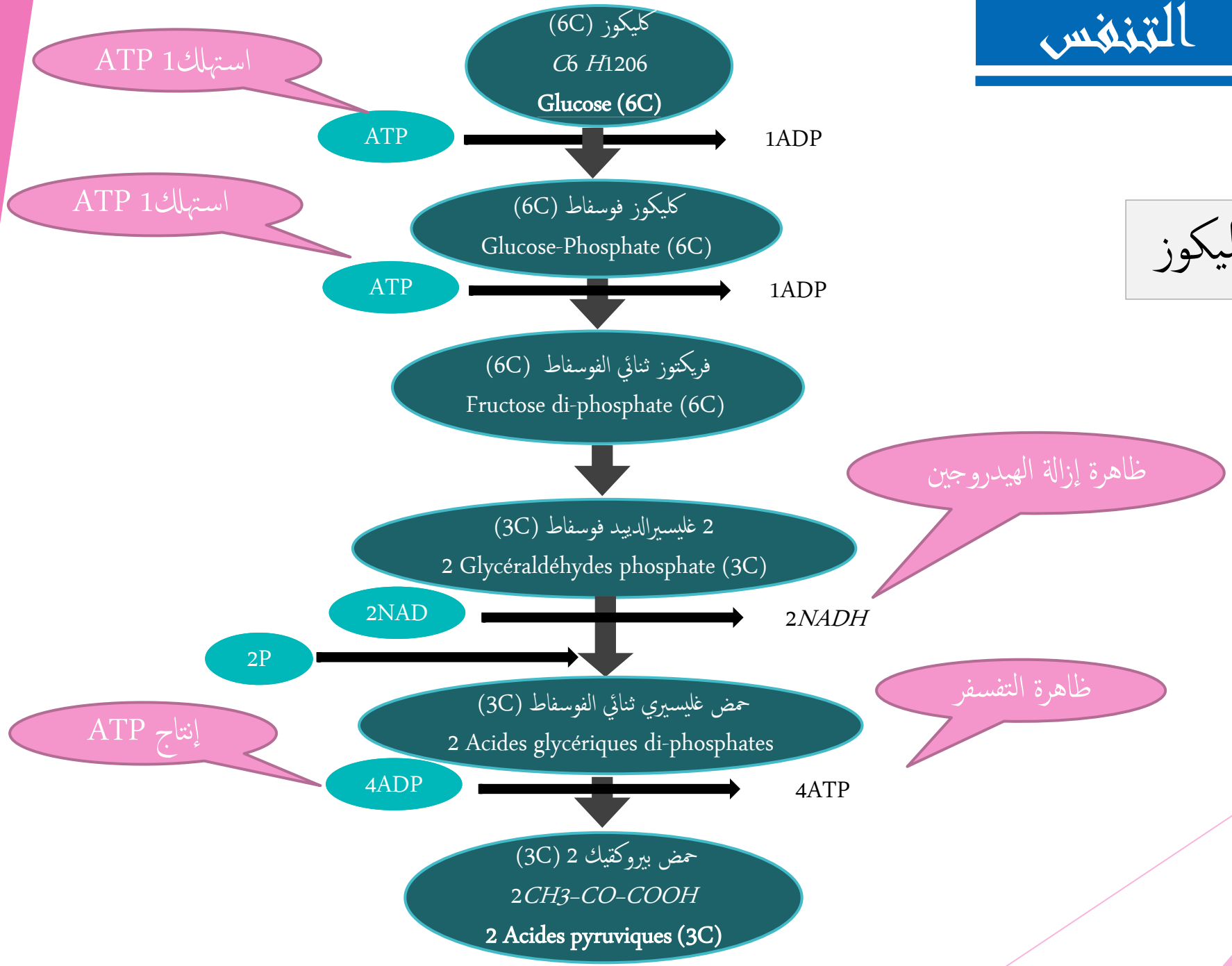


استهلاك المادة العضوية و إنتاج الطاقة

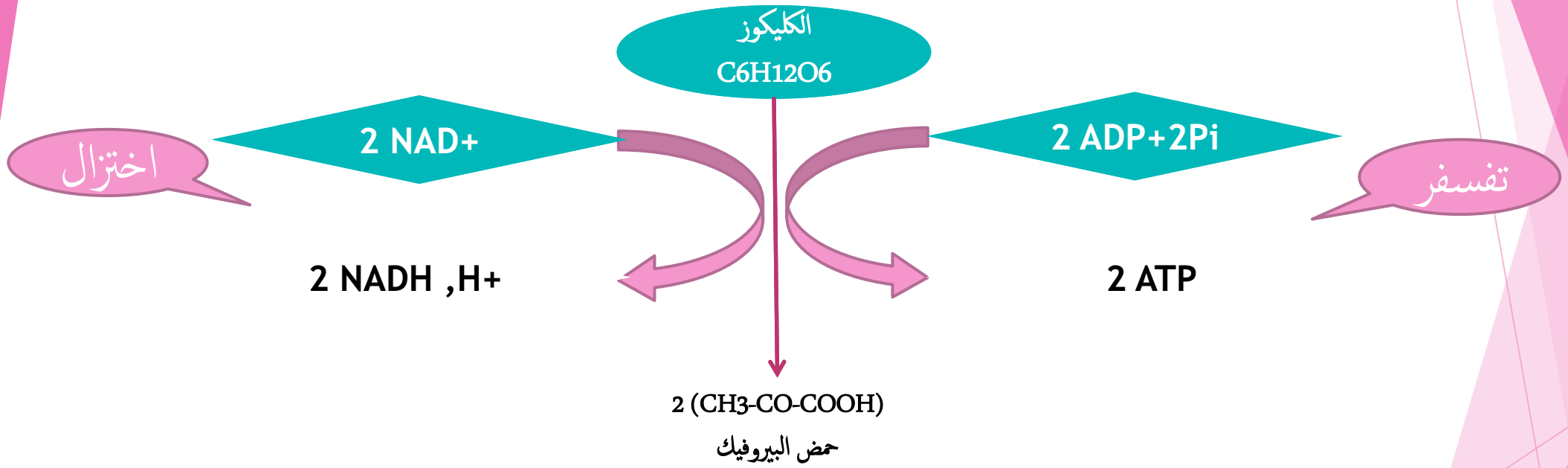


التنفس

انحلال الكليكوز



انحلال الكليكوز

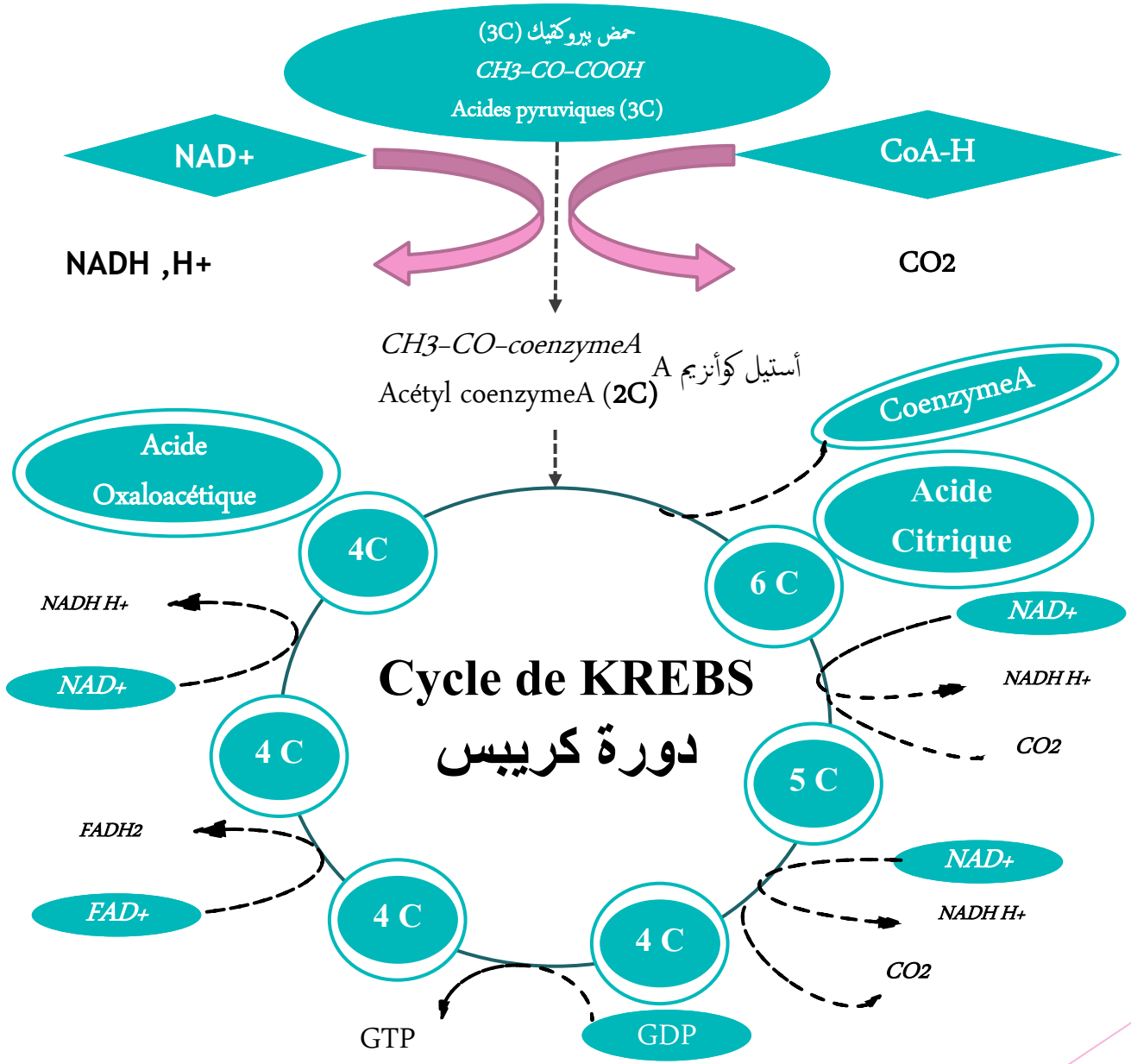


التنفس

2 تفاعلات دورة Krebs

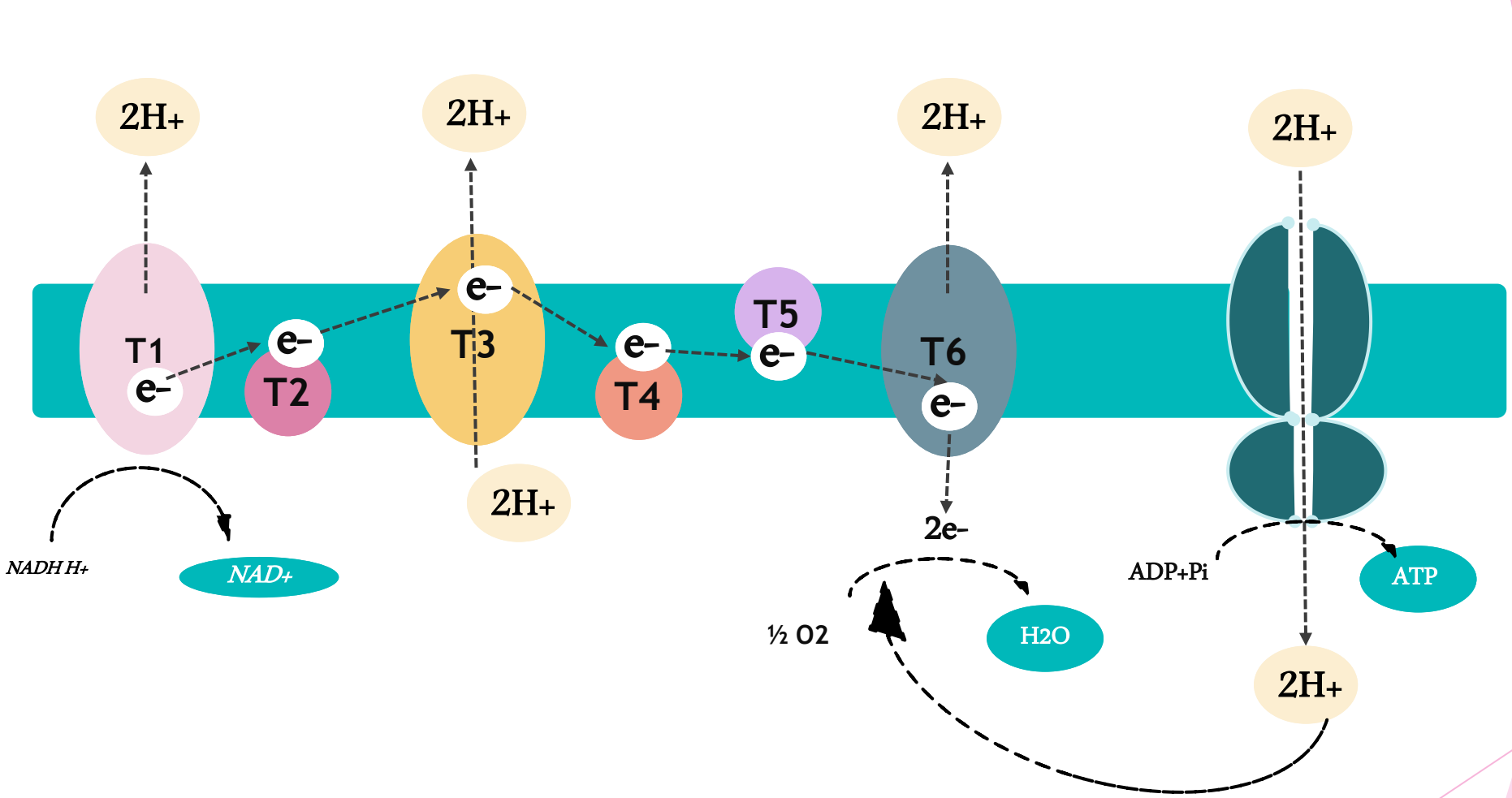
ا لمرحلة الأولى: تفاعلت تكون الأستيل كوأنزيم

ا لمرحلة الثانية : دورة كريبس



التنفس

3 التفسفر المؤكسد



التنفس

التفاعلات الأساسية

$NADH+H^+ \rightleftharpoons NAD^+ + 2e^- + 2H^+$ = 3 ATP

$FADH_2 \rightleftharpoons FAD + 2e^- + 2H^+$ = 2 ATP

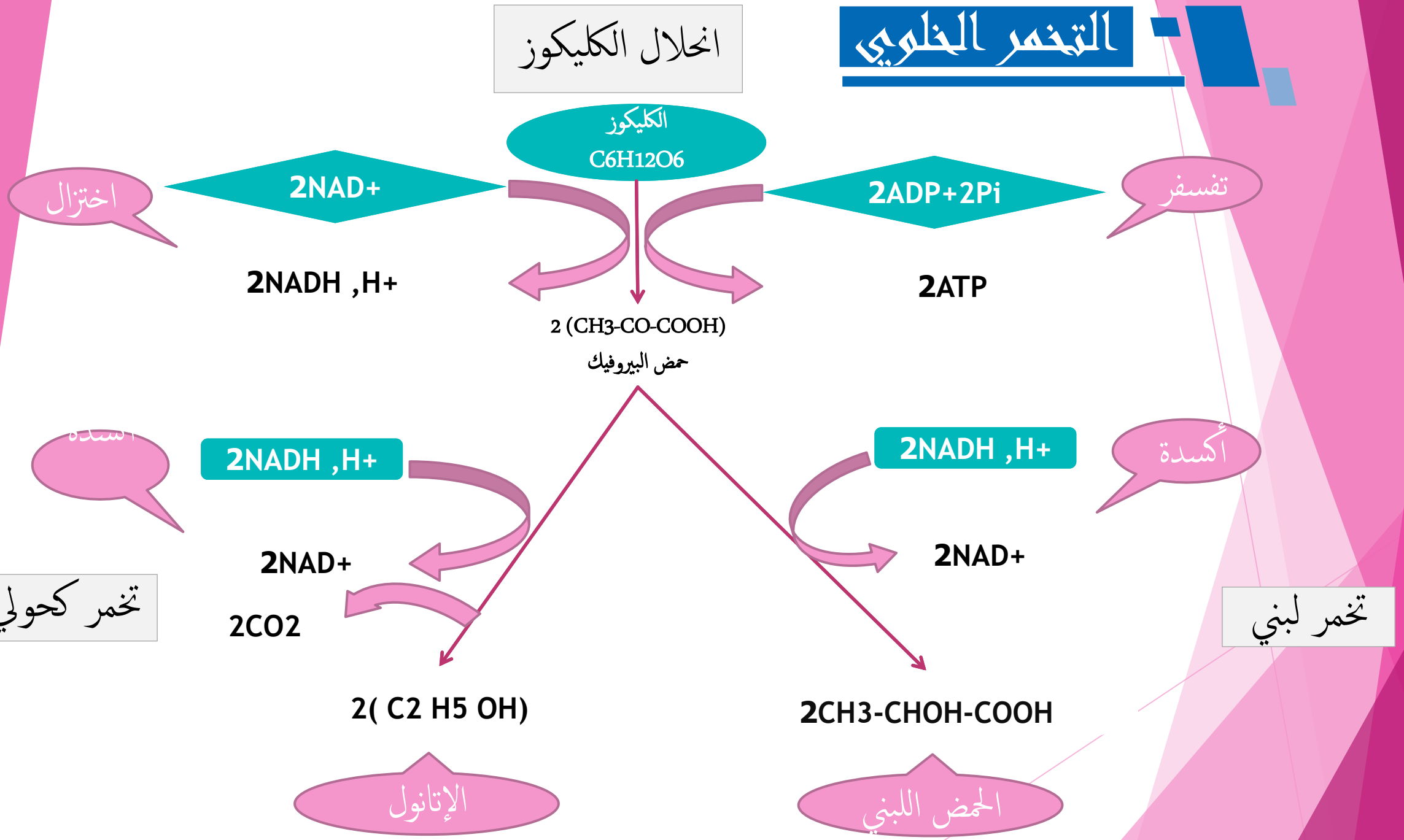
أكسدة / اختزال النواقل

$\frac{1}{2}O_2 + 2e^- + 2H^+ \rightleftharpoons H_2O$ اختزال O_2

$ADP+Pi \rightleftharpoons ATP$ التفسفروالحلمأة

$C_6H_{12}O_6 + 6O_2 \rightleftharpoons 6CO_2 + 6H_2O$ + طاقة (38ATP) التنفس

التخمر الخلوي



التخمر الخلوي

التفاعلات الأساسية

تخمر كحولي

$$C_6H_{12}O_6 + 2(ADP+Pi) \rightleftharpoons 2(C_2H_5OH) + 2CO_2 + 2ATP$$

الإتانول

تخمر لبني

$$C_6H_{12}O_6 + 2(ADP+Pi) \rightleftharpoons 2(CH_3\text{-}CHOH\text{-}COOH) + 2ATP$$

الحمض اللبني

الحصيلة والمردود الطاقي

الحصيلة الطاقية هي عدد جزيئات ATP المنتجة خلال الظاهرة

الحصيلة الطاقية : للتنفس الخلوي هي ; 38 ATP و التخمر هي 2ATP

المردود الطاقي : كمية الطاقة المنتجة و القابلة للاستعمال الخلوي المباشر

يتم حساب المردودية الطاقية للتنفس و التخمر بإستعمال العلاقة التالية

$$R=(E/E')*100$$

E' كمية الطاقة المحررة من طرف مول 1 من الكليكوز (2840kj)

E كمية الطاقة المحررة أثناء الظاهرة

$$1ATP = 30.5\ kj$$